Comenzado el

**viernes, 22 de marzo de 2024, 11:44**

Estado

**Finalizado**

Finalizado en

**viernes, 22 de marzo de 2024, 13:08**

Tiempo empleado

**1 hora 23 minutos**

Calificación

**Sin calificar aún**

## Pregunta 1

Finalizado

Puntúa como 1,00

Sobre el diagrama UML de la Figura:

1. Marque todos los errores léxicos, sintácticos, y semánticos, y corríjalos sobre la figura (tómele una foto o pantallazo, péguela en powerpoint o en word, marque los errores con la herramienta de círculo verde (léxicos), azul (sintácticos), rojo (semánticos), indique la corrección, genere el PDF o PNG o JPG y súbalo en la respuesta).

2. Indique y explique cuál es el componente más reutilizable, y cuál el menos reutilizable.

3. 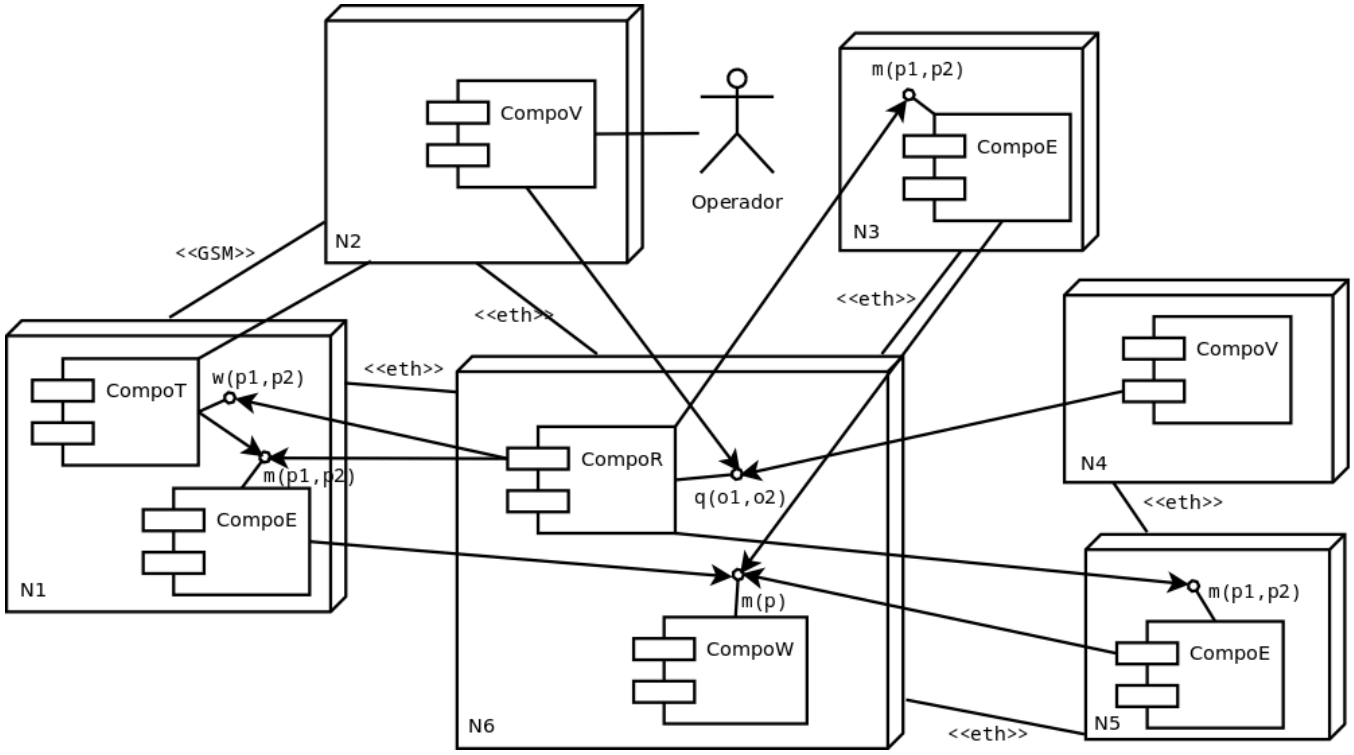


Carpeta a todas las respuestas:
https://drive.google.com/drive/folders/1MPkKHFhIXx40NQn36en7cNHB3E-f3nCW?usp=sharing

Ejercicio1_Errores.pdf

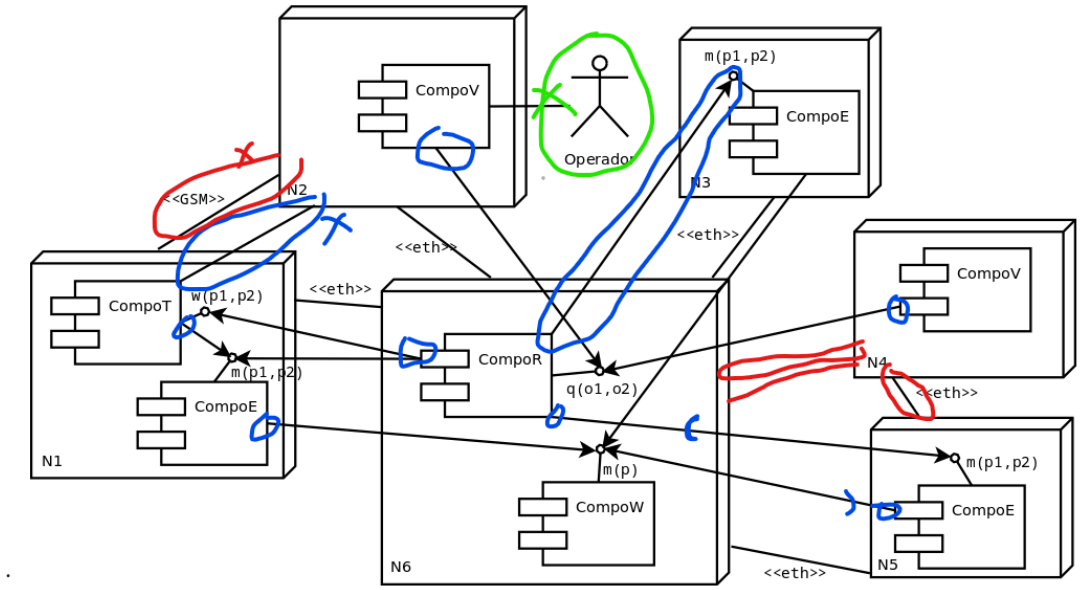


Componete más reutilizable: CompoW: No tiene interfaces requeridas.

Componente menos reutilizable: CompoR: Es el que más interfaces requeridas tiene.

## Pregunta 2

Finalizado

Puntúa como 1,00

Sobre el diagrama UML de la Figura:

1. Copie la figura en PowerPoint, marque los errores léxicos, sintácticos, y semánticos, y corríjalos sobre la figura, usando las herramientas de óvalo, flecha, texto.

2. En el mismo archivo PowerPoint que usó en el punto anterior, explique la interpretación de las reglas semánticas en términos de lo que debe verificarse en el código Java que implementa el sistema. Exporte en PDF y súbalo como respuesta.

(En total debe subir un sólo archivo como respuesta)

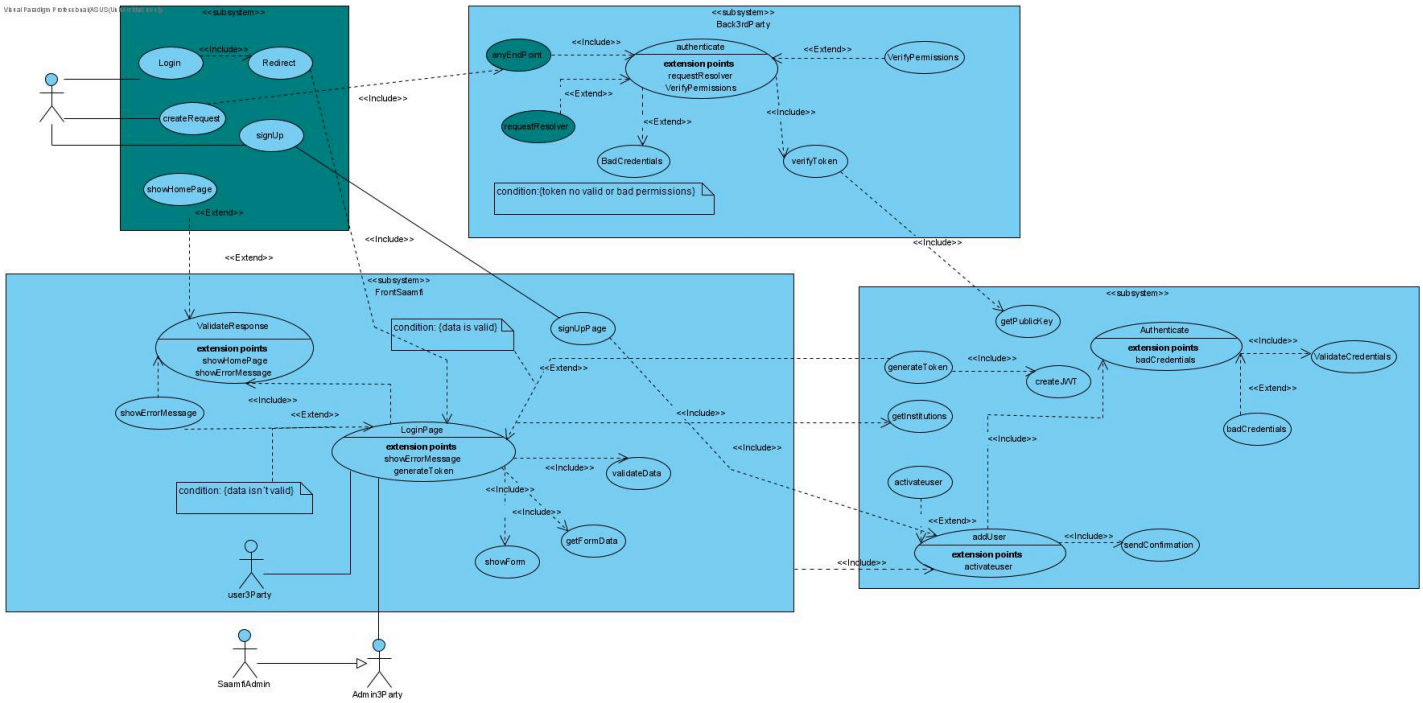


.

Pregunta2.pdf

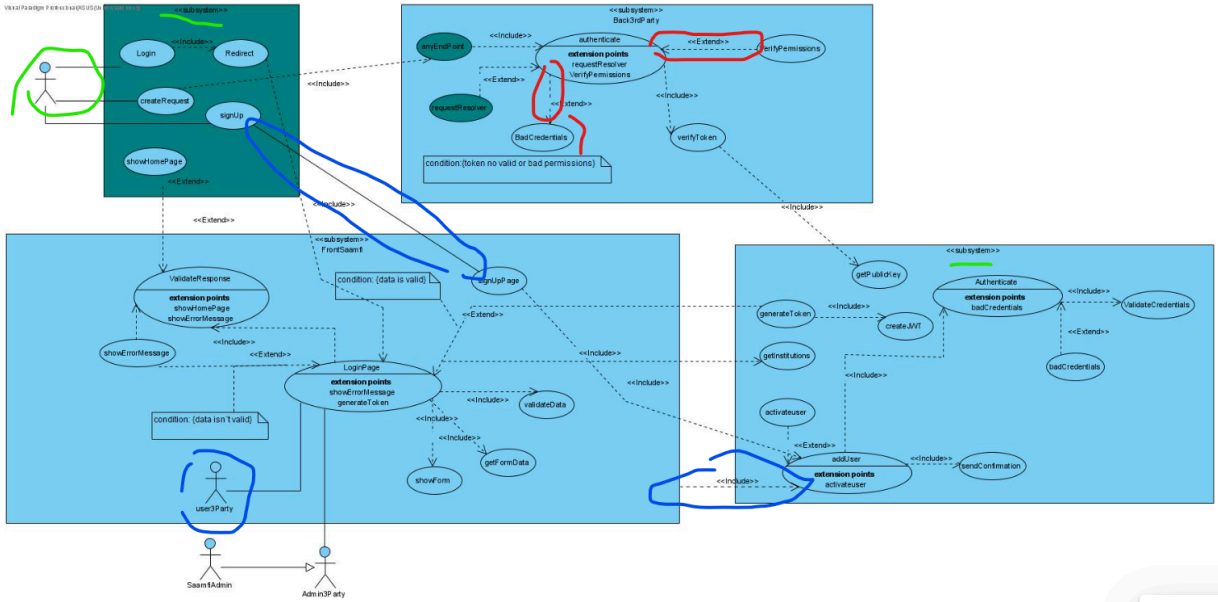


Reglase semánticas.

Debe existir un paquete o modulo por cada contexto

Debe existir unos roles (actores) que tenga permisos para usar sus respectivos CU.

Debe haber metodos por cada CU del diagrama.

Para cada caso de uso extendido debe existir una invocación condicional hacia sus puntos de extension.

la relación de include es obligatoria.

## Pregunta 3

Finalizado

Puntúa como 1,00

Especifique en un diagrama UML de Deployment el esquema de Flynn de la figura, usando una estructura de almacenamiento NUMA, e indique, en un comentario, si el esquema es SISD, SIMD, MISD o MIMD, explicando la razón. Tómele una foto al diagrama con la explicación y súbalo.

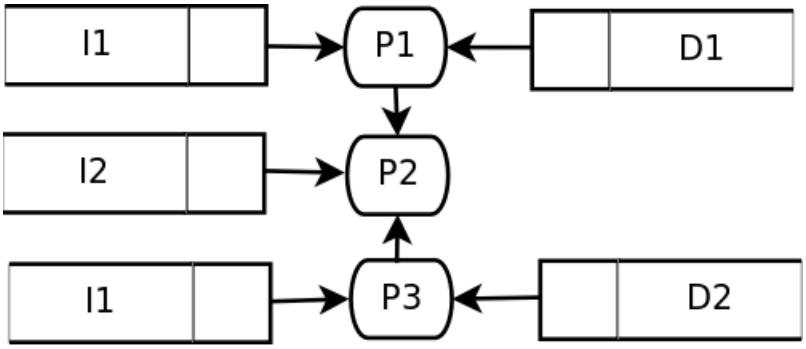


WhatsApp Image 2024-03-22 at 1.05.24 PM.jpeg

Finalizar revisión

Intu Universidad Icesi Teléfono: 5552334 ext 4188 Icesivirtual.ti@listas.icesi.edu.co

Adaptación: Icesi Virtual | Cristian Vásquez

Copyright © 2024 Universidad Icesi

Contactar con el soporte del sitio

Resumen de retención de datos

Descargar la app para dispositivos móviles